AEA0165: Final (Due to: 2023/12/21 14:15, 연장미허용)

1. (10점) 아래 그림과 같이 주어진 단순지지보에 대해 다음 물음에 답하시오.
   (a) C점의 처짐을 구하시오.
   (b) $E = 210,000\,\text{MPa}$, $I = 1 \times 10^9\,\text{mm}^4$, $L = 8\,\text{m}$일 때 C점의 처짐을 계산하라.

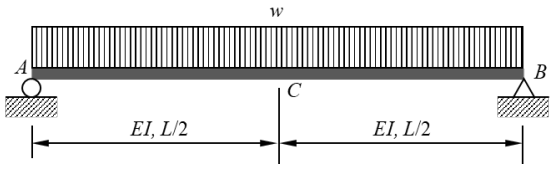

2. (20점) 아래 그림과 같이 주어진 단순지지보에 대해 다음 물음에 답하시오.
   (a) C점의 처짐과 처짐각을 구하시오.
   (b) $E = 210,000\,\text{MPa}$, $I = 1 \times 10^9\,\text{mm}^4$, $L = 8\,\text{m}$일 때 C점의 처짐과 처짐각을 계산하라.

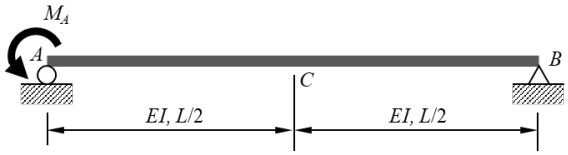

3. (30점) 아래 그림과 같이 주어진 부정정보에 대해 단부의 모멘트를 계산하시오.

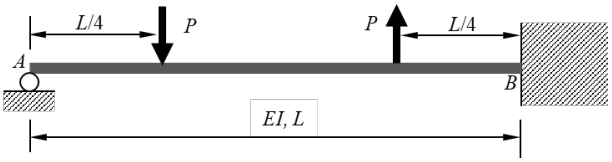

4. (30점) 아래 그림과 같이 주어진 부정정보에 대해 단부의 모멘트를 계산하시오.

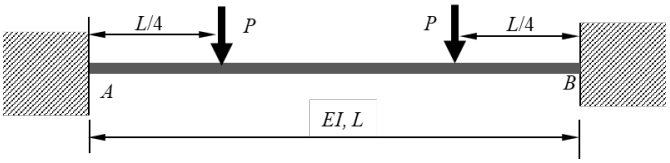
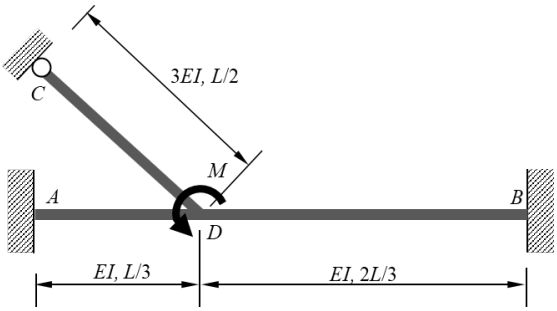
5. (10점) 아래 그림과 같이 주어진 부정정보에 대해 A에 전달되는 모멘트를 계산하시오.