AEA0165: Midterm (2024-04-25 13:30-14:45, 연장미허용)

1. (20점) 아래 그림과 같이 주어진 구조물의 부재력도를 구하시오.

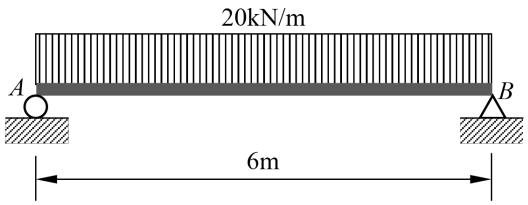

2. (20점) 아래 그림과 같이 주어진 구조물의 부재력도를 구하시오.

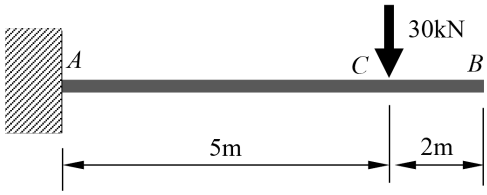

3. (20점) 아래 그림과 같이 주어진 구조물의 부재력도를 구하시오.

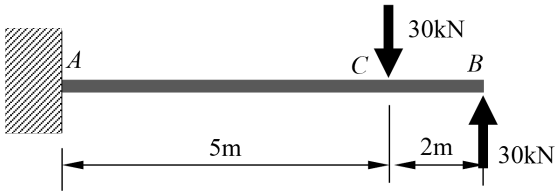

4. (20점) 아래 그림과 같이 주어진 구조물의 부재력도를 구하시오.

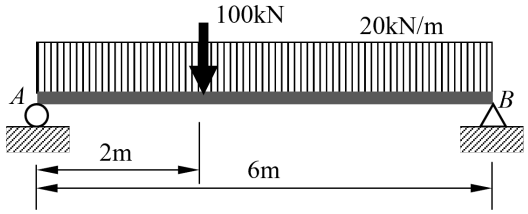
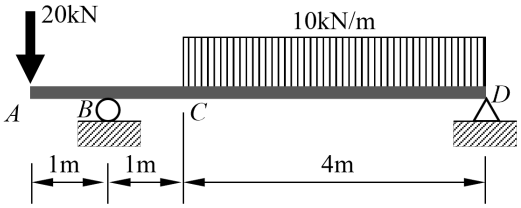
5. (20점) 아래 그림과 같이 주어진 구조물의 부재력도를 구하시오.