AEA0165: Midterm (2024-05-28 12:00-13:15, 연장미허용)

1. (각 10점) 아래 그림과 같이 주어진 트러스에서, AB, BD부재와 DE 부재의 축력을 구하시오(이하 절점법이나 절단법 중 어떠한 방법을 사용해도 상관없음).

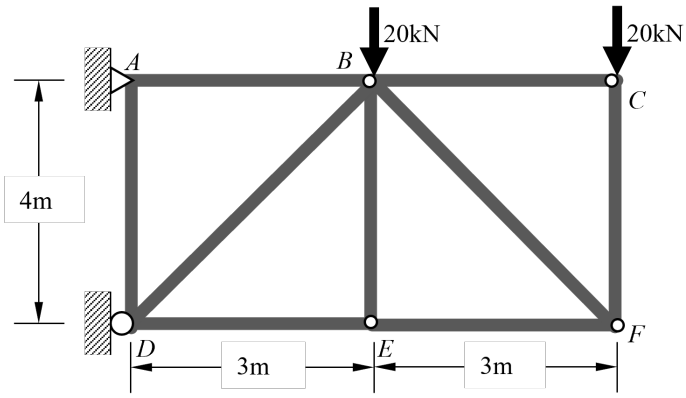

2. (10점) 아래 그림과 같이 주어진 모든 형상이 정삼각형인 트러스에서 DE부재의 축력을 구하시오.

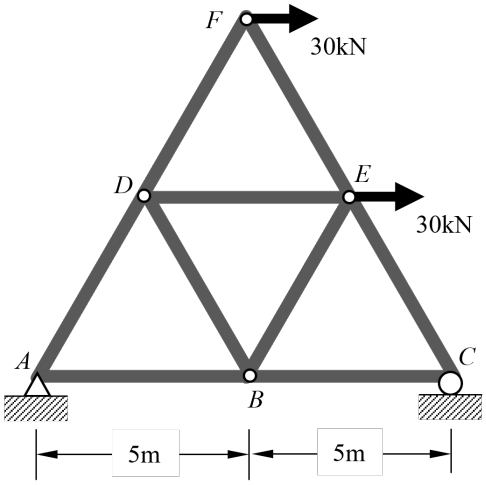
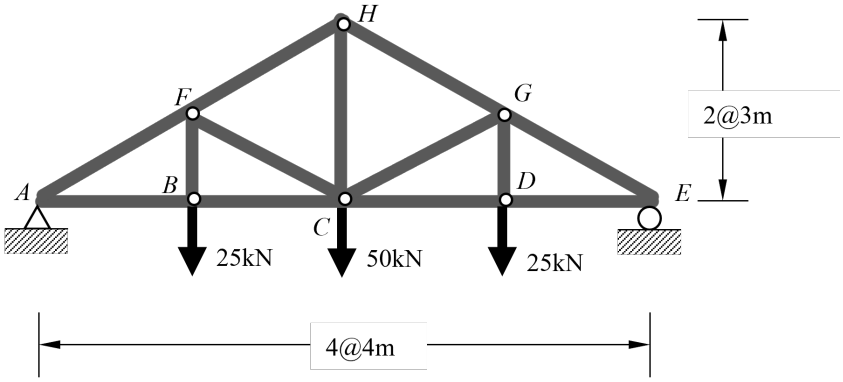
3. (30점) 아래 그림과 같이 주어진 트러스 전체 부재의 축력을 구하시오.